사회탐구 영역(통합사회)

성명		수험번호										

01. 다음 자료는 학생이 생성형 인공 지능과 대화한 내용의 일부이다. ㉠~㉣중 옳은 진술만을 고른 것은? **[1.5점]**

학생	'독도의 해양 환경'을 통합적으로 이해하려면 어떻게 탐구 하는 게 좋을까?
챗봇	'독도의 해양 환경'을 통합적으로 이해하려면 먼저 시간적 관점, 공간적 관점, 사회적 관점, 윤리적 관점에서 탐구가 이루어져야 합니다. 각각의 관점에서 탐구하기에 적합한 내용은 다음과 같습니다. ○ 시간적 관점에서는 독도 해양 환경을 보호하기 위한 바람직한 태도를 탐색합니다. ····· ㉠ ○ 공간적 관점에서는 독도 해양 자원의 분포 특성을 분석합니다. ····· ㉡ ○ 사회적 관점에서는 독도 해양 생태계 보전과 관련된 법률을 찾아봅니다. ····· ㉢ ○ 윤리적 관점에서는 독도 해양 생태계의 시기별 변화를 조사합니다. ····· ㉣

① ㉠, ㉡ ② ㉠, ㉢ ③ ㉡, ㉢
④ ㉡, ㉣ ⑤ ㉢, ㉣

02. 표는 질문에 따라 문화 이해의 태도 A~C를 구분한 것이다. 이에 대한 설명으로 옳은 것은? (단, A~C는 각각 문화 사대주의, 문화 상대주의, 자문화 중심주의 중 하나임.) **[1.5점]**

질문 \ 태도	A	B	C
문화 간에 우열이 존재한다고 보는가?	예	예	아니요
자기 문화의 정체성을 상실할 가능성이 높다는 비판을 받는가?	아니요	예	아니요

① A는 자기 문화를 기준으로 타 문화를 낮게 평가한다.
② B는 문화의 다양성 보존에 유리하다.
③ C는 다른 문화와 문화적 마찰을 일으킬 가능성이 높다.
④ A와 달리 B는 국수주의로 변질될 우려가 있다.
⑤ C와 달리 A는 외부 문화의 수용에 적극적이다.

03. 갑, 을의 관점에 대한 옳은 설명만을 <보기>에서 고른 것은? (단, 갑, 을의 관점은 각각 다문화주의, 동화주의 중 하나임.) **[2점]**

사회자: 우리나라에 거주하는 이민자들이 크게 증가하고 있습니다. 다문화적 변화에 대응하기 위해 필요한 정책 방향에 대해 말씀해 주세요.

갑: 각각의 인종이나 민족이 자신의 문화를 유지하면서 차별받지 않고 사회에 참여할 수 있는 정책을 실시해야 합니다.

을: 이민자들의 고유한 문화를 살리기보다는 이민자들이 자신의 문화를 버리고 우리나라 문화를 수용할 수 있는 정책을 실시해야 합니다.

<보기>

ㄱ. 갑의 관점은 주류 문화만의 가치를 중시한다.
ㄴ. 을의 관점은 사회 구성원 간 문화적 동질성을 확보하는 정책을 중시한다.
ㄷ. 갑의 관점과 달리 을의 관점은 사회 통합의 중요성을 경시한다.
ㄹ. 을의 관점에 비해 갑의 관점은 한 사회 내에서 서로 다른 문화의 공존을 강조한다.

① ㄱ, ㄴ ② ㄱ, ㄷ ③ ㄴ, ㄷ
④ ㄴ, ㄹ ⑤ ㄷ, ㄹ

04. 문화 변동 요인 A~C에 대한 옳은 설명만을 <보기>에서 고른 것은? (단, A~C는 각각 발명, 간접 전파, 자극 전파 중 하나임.) **[2점]**

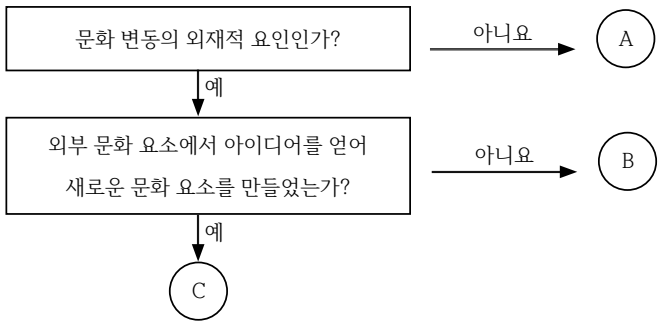

<보기>

ㄱ. 동영상 플랫폼을 통해 케이팝(K-pop)이 다른 나라에 전파된 것은 B의 사례이다.
ㄴ. 외국에서 A로 인해 나타난 문화 요소가 선교사의 방문을 통해 유입된 사례는 B에 해당한다.
ㄷ. A, C는 존재하지 않았던 문화 요소를 새롭게 만들어 낸다는 공통점이 있다.
ㄹ. C와 달리 B는 다른 문화와의 접촉을 통해 발생한다.

① ㄱ, ㄴ ② ㄱ, ㄷ ③ ㄴ, ㄷ ④ ㄴ, ㄹ ⑤ ㄷ, ㄹ

05. 다음 자료에 대한 옳은 분석만을 <보기>에서 고른 것은? [2.5점]

표는 갑국과 을국의 t년과 t+20년의 인구 구성 비율을 나타낸 것이다. 단, 고령화 문제를 해결하기 위한 정책 마련의 필요성은 전체 인구에서 노년 인구가 차지하는 비율에 비례한다.

(단위 : %)

구분	갑국		을국	
	t년	t+20년	t년	t+20년
유소년 인구 (0~14세 인구)	25	15	30	20
부양 인구 (15~64세 인구)	65	55	60	50
노년 인구 (64세 인구)	10	30	10	30

*노년 부양비=(65세 이상 인구/15~64세 인구)×100
*노령화 지수=(65세 이상 인구/0~14세 인구)×100

<보기>

ㄱ. 갑국에서 부양 인구 100명당 부양해야 하는 유소년 인구는 t+20년이 t년보다 적다.
ㄴ. 을국의 노년 부양비는 t+20년이 t년의 3배이다.
ㄷ. 을국에서 고령화 문제를 해결하기 위한 정책 마련의 필요성은 t+20년이 t년보다 크다.
ㄹ. t년의 노령화 지수는 갑국과 을국이 같다.

① ㄱ, ㄴ ② ㄱ, ㄷ ③ ㄴ, ㄷ
④ ㄴ, ㄹ ⑤ ㄷ, ㄹ

06. 다음을 주장한 사상가의 입장으로 적절한 것만을 <보기>에서 고른 것은? [1.5점]

성인(聖人)은 무위(無爲)로써 일을 처리하고 불언(不言)의 가르침을 행한다. 만물이 어떤 것을 일으켜도 말하지 않고, 무엇인가 내놓아도 있다고 하지 않으며, 무엇을 시행해도 그것에 의지하지 않고, 공(功)을 이루어도 그것에 머물러 있지 않는다. 이 때문에 공이 떠나가지 않는다.

<보기>

ㄱ. 각자의 고유한 가치에 따라 만물의 위계를 정해야 한다.
ㄴ. 인위적 규범을 체득해야 자연의 근원을 변화시킬 수 있다.
ㄷ. 도(道)는 스스로 그러하며[自然] 그 쓰임은 무궁무진하다.
ㄹ. 만물을 도의 관점에서 바라보고 겸허의 덕을 갖춰야 한다.

① ㄱ, ㄴ ② ㄱ, ㄷ ③ ㄴ, ㄷ
④ ㄴ, ㄹ ⑤ ㄷ, ㄹ

07. (가)의 갑, 을 사상가들의 입장을 (나) 그림으로 탐구하고자 할 때, A ~ C에 해당하는 적절한 질문만을 <보기>에서 있는 대로 고른 것은? [2.5점]

(가)

갑: 원초적 상황에서의 사람들은 기본적 권리와 의무의 할당에 있어서 평등을 요구한다. 사회적 · 경제적 불평등은 모든 사람, 그중에서도 최소 수혜자에게 불평등을 보상할 만한 이득을 가져오는 경우에만 정당하다.

을: 소유물에서의 정의는 역사적인 것이다. 취득의 원리는 소유되지 않은 것들의 사유화를 다루며, 이전의 원리는 소유물의 이전을 다룬다. 교정의 원리는 불의의 상태를 시정하기 위한 것이다.

(나)

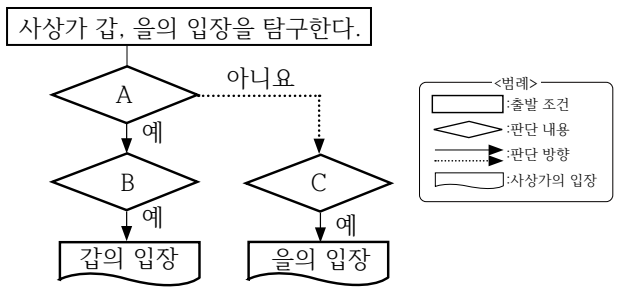

<보기>

ㄱ. A: 사회적 이익의 총량을 극대화하는 분배만이 정의로운가?
ㄴ. B: 경제적 불평등이 존재해도 정의가 실현될 수 있는가?
ㄷ. B: 기본적 자유는 절대적인 것으로 무제한 허용되어야 하는가?
ㄹ. C: 국가는 불의를 시정하기 위해 분배 과정에 개입할 수 있는가?

① ㄱ, ㄴ ② ㄱ, ㄹ ③ ㄴ, ㄹ
④ ㄱ, ㄴ, ㄷ ⑤ ㄴ, ㄷ, ㄹ

08. 갑은 부정, 을은 긍정의 대답을 할 질문으로 가장 적절한 것은? [1.5점]

갑: 세계화는 전 세계의 문화를 획일화한다. 국경을 초월한 문화의 확대는 선진국의 상품화된 문화가 시장을 통해 일방적으로 전 세계에 확산되는 것일 뿐이다.
을: 세계화는 전 세계의 문화를 다양화한다. 문화는 한 방향으로 전달되지 않으며, 국경을 초월하여 상호 영향을 준다. 다양한 문화의 공존과 융합이 가능해지는 것이다.

① 문화 세계화는 지구촌의 문화 다양성 보전을 저해시키는가?
② 문화 세계화는 일방적 전달이 아닌 상호 교류로 이루어지는가?
③ 문화 정체성을 버린 국가만이 문화 세계화에 동참할 수 있는가?
④ 문화는 소비 가능한 상품으로서 매매의 대상이 될 수 있는가?
⑤ 문화 세계화는 선진국의 문화를 개발도상국으로 전파시키는가?

09. (가)의 사회사상가 갑, 을의 입장을 (나) 그림으로 탐구하고자 할 때, A~C에 들어갈 옳은 질문만을 <보기>에서 있는 대로 고른 것은? [2점]

(가)	갑: 경쟁 체제는 국가가 제정한 법을 필요로 하지만 그 법이 자유로운 경쟁을 억압해서는 안 된다. 정부의 경제 계획은 자유를 침해하고, 사회주의의 약속은 우리를 노예의 길로 이끈다. 을: 시장의 문제를 해결하기 위해 정부의 적극적인 역할이 필요하다. 유효 수요 부족의 문제는 시장의 기능만으로는 해결할 수 없으므로, 정부가 시장 개입을 통해 문제를 해결해야 한다.
(나)	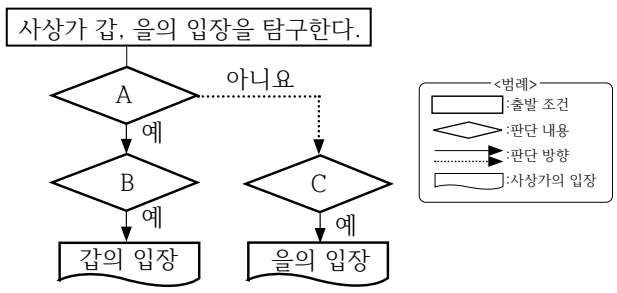

<보기>

ㄱ. A: 정부는 사유재산제와 시장 경제를 보장해야 하는가?
ㄴ. B: 정부의 사회주의적 계획은 개인의 자유를 억압하는가?
ㄷ. B: 정부는 자유 경쟁 원리의 실현을 위해 힘써야 하는가?
ㄹ. C: 정부는 유효 수요를 창출하는 정책을 시행해야 하는가?

① ㄱ, ㄷ ② ㄱ, ㄹ ③ ㄴ, ㄹ
④ ㄱ, ㄴ, ㄷ ⑤ ㄴ, ㄷ, ㄹ

10. 다음을 주장한 사상가가 긍정의 대답을 할 질문으로 가장 적절한 것은? [1.5점]

정의로운 나라의 수호자들은 생산자 계층과 달리 끼니를 제외하곤 농토, 아름다운 집, 장식품 등 사유 재산을 가질 수 없다. 그러나 그들은 다른 사람과 마찬가지로 행복하다. 정의로운 나라에서는 어느 한 계층만이 아니라 시민 전체가 행복하다. 왜냐하면 나라의 각 계층은 각자의 덕목을 바탕으로 조화를 이루고 있기 때문이다.

① 계층 간의 구별이 소멸되어야 시민 전체가 행복해지는가?
② 생산자와 수호자가 각자의 덕을 갖춰야 정의가 실현되는가?
③ 모든 계층이 재산을 공유해야 정의로운 나라가 세워지는가?
④ 정의로운 나라에서는 권력을 획득한 자가 행복을 독점하는가?
⑤ 모든 계층은 각자의 사유물을 바탕으로 자급자족해야 하는가?

11. 다음 대화에서 갑, 을의 입장으로 적절하지 않은 것은? [1.5점]

갑: 한반도의 분단은 폭력입니다. 통일은 북한에서 발생하는 심각한 폭력인 인권 침해를 해결할 수 있습니다. 우리는 통일에 대한 국민의 지지를 확보하여 한반도에서 인권과 같은 보편적 가치가 실현되도록 해야 합니다.
을: 한반도의 분단은 손해입니다. 분단은 군비경쟁을 가져오고 외국 자본의 국내 투자를 위축시키므로, 종식되어야 합니다. 우리는 통일에 대한 국민의 지지를 확보하여 한반도의 경제적 가치가 증대되도록 해야 합니다.

① 갑: 물리적 폭력과 달리 인권 침해는 폭력으로 볼 수 없다.
② 갑: 분단 상황과 북한 주민의 존엄성 훼손은 무관하지 않다.
③ 을: 경제적 이익 증진은 국가 정책 마련의 근거가 될 수 있다.
④ 을: 분단으로 인한 국가적 손실은 통일을 통해 해소될 수 있다.
⑤ 갑과 을: 통일을 실현하는 과정에 국민적인 동의가 필요하다.

12. (가)의 갑, 을 사상가들의 입장을 (나) 그림으로 표현할 때, A ~ C에 해당하는 적절한 진술만을 <보기>에서 고른 것은? [2.5점]

(가)	갑: 인간의 지식과 힘은 서로 다른 것이 아니다. 자연에 대한 인간의 지배력은 오직 기술과 과학에 의해 좌우된다. 을: 인간은 대지 이용을 경제적 관점에서만 검토해서는 안 된다. 생명 공동체의 통합성, 안정성, 아름다움의 보전에 이바지한다면 그것은 옳다.
(나)	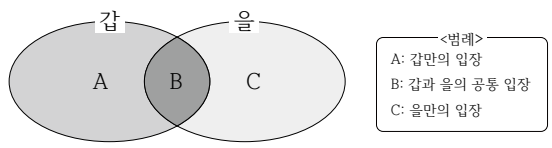

<보기>

ㄱ. A: 자연의 평범한 구성원인 인간은 자연을 이해할 수 있다.
ㄴ. B: 생명 공동체 그 자체는 도덕적 가치를 지닐 수 없다.
ㄷ. B: 자연은 인간의 이익을 위한 수단으로 활용될 수 있다.
ㄹ. C: 동식물뿐 아니라 물과 흙도 도덕적 존중의 대상이다.

① ㄱ, ㄴ ② ㄱ, ㄷ ③ ㄴ, ㄷ
④ ㄴ, ㄹ ⑤ ㄷ, ㄹ

13. 다음 자료는 두 지역의 전통 주민 생활을 나타낸 것이다. (가), (나) 지역의 기후 그래프를 A~C에서 고른 것은? **[2점]**

지역	전통 주민 생활
(가)	이 지역은 기온이 낮아 농업이 거의 불가능하다. 주민들은 순록 유목이나 수렵、어업 활동을 하며 동물의 털이나 가죽으로 옷을 만들어 입는다.
(나)	음식이 쉽게 상하는 것을 방지하기 위해 향신료를 사용한 요리를 만들어 먹는다. 많은 비가 내려도 빗물이 잘 흘러내리도록 가옥의 지붕을 급경사로 만든다.

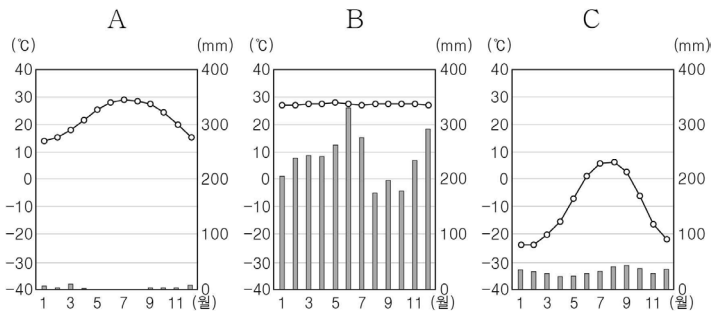

	(가)	(나)
①	A	B
②	B	A
③	B	C
④	C	A
⑤	C	B

14. 그래프는 지도에 표시된 세 지역의 기후 특성을 나타낸 것이다. (가)~(다) 지역에 대한 설명으로 옳은 것은? **[2점]**

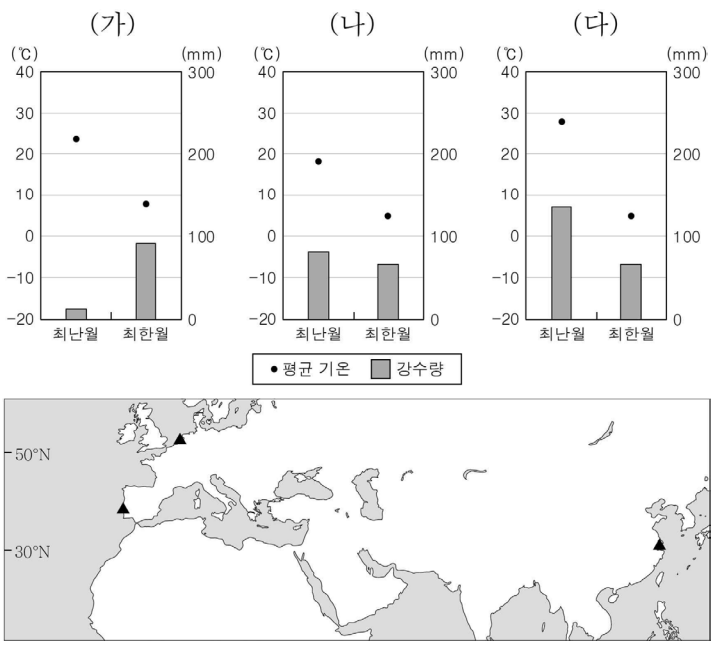

① (가)는 여름철 강수량이 많아 벼농사가 활발하게 이루어진다.
② (나)는 올리브 등을 재배하는 수목 농업이 주로 이루어진다.
③ (다)는 연중 서늘한 기후로 낙농업 발달에 유리하다.
④ (가)는 (나)보다 연중 강수가 고른 편이다.
⑤ (나)는 대륙 서안, (다)는 대륙 동안에 위치한다.

15. 그래프는 우리나라 도시화율의 변화를 나타낸 것이다. 이에 대한 설명으로 옳은 것은? **[1.5점]**

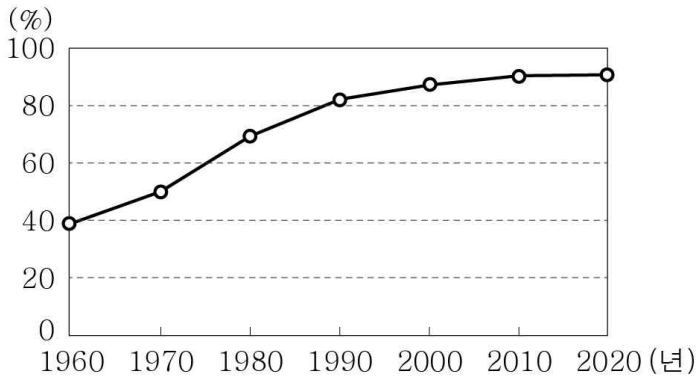

① 1960년은 도시 인구가 촌락 인구보다 많다.
② 2020년은 도시화의 가속화 단계에 해당한다.
③ 1970년은 2000년보다 1차 산업 종사자 비율이 높다.
④ 1990년은 2020년보다 대도시권의 범위가 넓다.
⑤ 2010년은 1980년보다 이촌향도 현상이 뚜렷하다.

16. 다음 글의 ㉠ ~ ㉤에 대한 설명으로 옳지 않은 것은? **[1.5점]**

> 신·재생 에너지란 신(新)에너지와 재생 에너지를 합친 말이다. ㉠ 신에너지는 기존 화석 연료를 변환하여 이용하거나 화학 반응을 통해 전기와 열을 생산하여 이용하는 에너지를 말한다. 재생 에너지는 ㉡ 풍력, ㉢ 태양광·태양열, ㉣ 수력 등을 활용하여 에너지를 얻는 방식이다. 이와 같은 신·재생 에너지는 ㉤ 우리나라의 자원 문제를 해결하기 위한 대책으로 언급된다.

① ㉠의 사례로 수소 에너지와 연료 전지가 있다.
② ㉡은 바람이 많이 부는 지역이 전력 생산에 유리하다.
③ ㉢은 일조 시간이 긴 지역에서 개발 잠재력이 높다.
④ ㉣은 여름철보다 겨울철에 전력 생산량이 많다.
⑤ ㉤의 사례로 '화석 연료에 대한 높은 수입 의존도'가 있다.

17. (가)의 근대 서양 사상가 갑, 을의 입장을 (나) 그림으로 표현할 때, A~C에 해당하는 옳은 진술만을 <보기>에서 있는 대로 고른 것은? [2점]

(가)	갑: 공동체의 행복을 증가시키는 경향이 감소시키는 경향보다 더 큰 행위는 공리에 일치한다고 할 수 있다. 쾌락과 고통의 가치는 강도, 확실성, 범위 등을 기준으로 양적으로만 계산할 수 있다. 을: 짐승이 누리는 쾌락을 마음껏 즐기게 해준다고 해서 짐승이 되겠다는 사람은 없을 것이다. 공리의 원리는 어떤 종류의 쾌락이 다른 종류의 쾌락보다 더 바람직하다는 사실을 인정한다
(나)	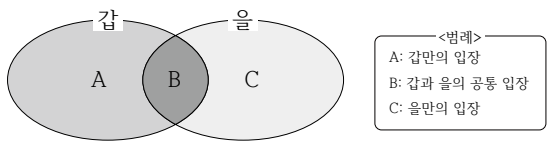

<보기>

ㄱ. A: 감각적 쾌락과 정신적 쾌락은 질적 차이가 없다.
ㄴ. B: 옳음의 기준은 이해 당사자들의 행복 증진에 있다.
ㄷ. B: 공리의 원리를 통해 사익과 공익을 조화시킬 수 없다.
ㄹ. C: 쾌락을 평가할 때 양뿐만 아니라 질도 고려해야 한다.

① ㄱ, ㄴ ② ㄱ, ㄷ ③ ㄷ, ㄹ
④ ㄱ, ㄴ, ㄹ ⑤ ㄴ, ㄷ, ㄹ

18. 다음을 주장한 고대 서양 사상가의 입장에서 질문에 대해 제시할 대답으로 가장 적절한 것은? [2점]

정의에는 일반적 정의와 부분적 정의가 있다. 일반적 정의는 공익을 목표로 삼아 제정된 법을 준수하는 것이며, 다른 사람의 이익을 추구한다는 점에서 이웃과 관련된 선(善)이다. 부분적 정의는 분배적 정의와 교정적 정의로 나누어 볼 수 있는데 분배적 정의는 각 사람의 가치에 따라 마땅한 몫을 분배하는 것이고, 교정적 정의는 손해와 이익이 동등해지도록 바로잡는 것이다.

	질문	대답
①	각 개인의 필요에 따라 재화를 분배하는 것이 정의로운가?	예
②	피해자에 대한 보상이 피해자가 입은 손해보다 클수록 더 정의로운가?	예
③	부분적 정의는 비례적인 것으로서 각자가 자신의 몫을 가지도록 하는 것인가?	예
④	정의로운 사람은 다른 사람에게 이로운 일을 추구하는가?	아니요
⑤	일반적 정의는 공동의 이익을 추구하는 법을 따르는 것인가?	아니요

19. 다음 자료에 대한 설명으로 옳은 것은? (단, 을은 17세의 고등학생이며, 법정 대리인의 동의를 얻어 근로 계약을 체결하였음.) [2.5점]

근로계약서

갑(사용자)과 을(근로자)은 다음과 같이 근로 계약을 체결한다.
1. 근로 계약 기간: 2026. 1. 1 ~ 2025. 1. 31
2. 근무 장소: ○○ 커피 전문점
3. 업무 내용: 매장 정리 및 청소
4. 근무일 및 휴일: 매주 월~금(주휴일 매주 토요일)
5. 근로 시간: ㉠ 09:00~17:00 (휴게 시간 12:00 ~ 13:00)
6. 임금 : ㉡ 시간당 10,000원
7. 기타: ㉢ 10분 이상 지각할 경우 당일 임금은 지급하지 않음,
㉣ 임금 총액의 50%는 ○○ 커피 전문점 음료 교환 권으로 지급함.

*2025 법정 최저 임금은 시간당 10,030원임.

① 이 계약은 갑이 을의 부모와도 체결할 수 있다.
② ㉠은 근로 기준법에 위배된다.
③ ㉡은 갑과 을이 합의한다면 유효하다.
④ ㉢은 부당 노동 행위에 해당한다.
⑤ ㉣이 무효라고 하더라도 이 근로 계약 전체가 무효가 되는 것은 아니다.

20. 다음 자료는 우리나라의 국가 기관 간 상호 견제 수단을 나타낸 것이다. 이에 대한 설명으로 옳은 것은? (단, (가), (나)는 각각 정부, 법원 중 하나임.) [2.5점]

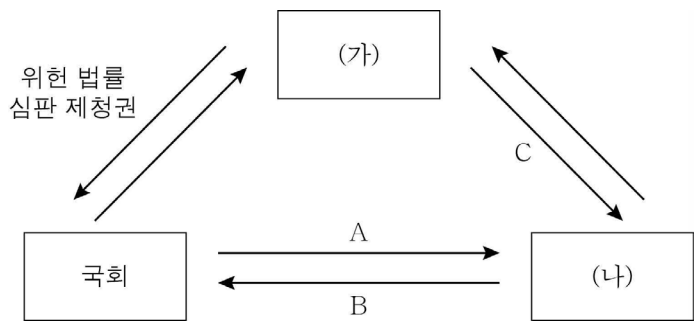

① (가)는 외국과 조약을 체결하고 외교 사절을 파견한다.
② (나)는 대법원과 각급 법원으로 구성된다.
③ 국정 감사권은 A에 해당한다.
④ 국무총리 임명 동의권은 B에 해당한다.
⑤ 예산안 심의ㆍ확정권은 C에 해당한다.

21. 다음 자료에 대한 옳은 설명만을 <보기>에서 고른 것은? [2.5점]

> 회사원 갑은 주민 등록증을 발급받을 때 열 손가락의 지문을 모두 채취하도록 한 ○○법 조항이 개인 정보 자기 결정권을 침해한다고 생각해 A에 (가) 을/를 청구하였다. 그러나 A는 청구 내용을 심사한 후 갑의 주장을 받아들이지 않고 해당 조항에 대해 합헌 결정을 내렸다.

<보기>

ㄱ. 갑은 A의 결정에 불복하여 상소할 수 있다.
ㄴ. A의 장(長)은 국회의 동의를 얻어 대통령이 임명한다.
ㄷ. A는 ○○법 조항을 통해 얻을 수 있는 공익보다 갑이 입게 될 기본권의 침해가 더 크다고 판단하였을 것이다.
ㄹ. (가)에는 '헌법 소원 심판'이 들어간다.

① ㄱ, ㄴ ② ㄱ, ㄷ ③ ㄴ, ㄷ
④ ㄴ, ㄹ ⑤ ㄷ, ㄹ

22. 다음 자료에 대한 설명으로 옳은 것은? [2점]

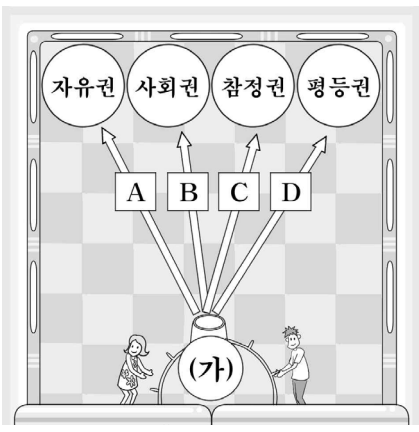

<게임 설명>
화면 상단에는 기본권의 유형이 적힌 과녁 4개가 있고, 화면 하단에는 기본권에 대한 설명 (가) 가 적힌 공이 있다. 플레이어는 A~D 중 한 방향으로 공을 쏠 수 있고, 공에 적힌 설명과 과녁에 적힌 기본권의 유형이 일치하면 점수를 얻는다. 단, 플레이어가 쏜 공은 항상 본인이 선택한 방향에 놓인 과녁에 명중한다.

① (가)가 '인간다운 삶의 보장을 국가에 요구할 수 있는 권리이다.'일 때, 공을 A 방향으로 쏘면 점수를 얻을 수 있다.
② (가)가 '국가의 정치적 의사 결정 과정에 참여할 수 있는 권리이다.'일 때, 공을 B 방향으로 쏘면 점수를 얻을 수 있다.
③ (가)가 '모든 영역에서 부당한 차별을 받지 않을 권리이다.'일 때, 공을 D 방향으로 쏘면 점수를 얻을 수 없다.
④ A 방향으로 공을 쏘아 점수를 얻었다면 (가)에 '가장 최근에 등장한 기본권이다.'가 들어갈 수 있다.
⑤ C 방향으로 공을 쏘아 점수를 얻었다면 (가)에 '국가로부터의 간섭이나 침해를 배제하는 방어적 권리이다.'가 들어갈 수 없다.

23. 다음 자료에 대한 옳은 분석 및 추론만을 <보기>에서 고른 것은? [2.5점]

> 그림은 인터넷 쇼핑몰 A, B에서 판매하고 있는 운동화 가격과 각 쇼핑몰에서 갑이 보유하고 있는 쿠폰을 나타낸다. 갑은 쿠폰을 사용해 A, B 중 한 곳에서 편익과 기회비용만을 고려하여 운동화 한 켤레를 구매하려고 한다. 갑이 A, B 중 어디에서 구매하든 운동화로 얻는 편익은 25만 원으로 동일하며, 증정품인 양말로 얻는 편익은 3만 원이다. 단, 제시된 자료 이외의 다른 조건은 고려하지 않는다.

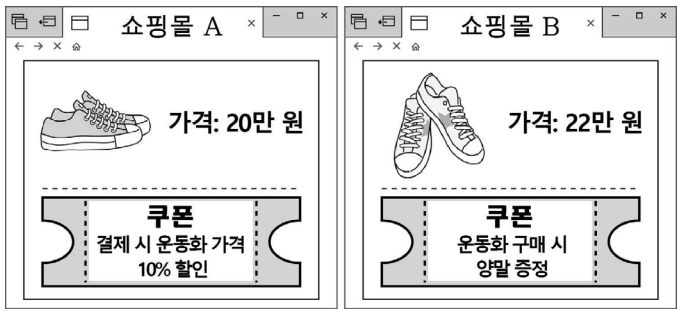

<보기>

ㄱ. A에서 주문할 경우의 명시적 비용은 20만 원이다.
ㄴ. A보다 B에서 주문할 경우의 암묵적 비용이 크다.
ㄷ. 합리적 선택에 따른 순편익은 1만 원이다.
ㄹ. B에서 운동화의 가격이 19만 원으로 인하되더라도 합리적 선택의 결과는 바뀌지 않는다.

① ㄱ, ㄴ ② ㄱ, ㄷ ③ ㄴ, ㄷ
④ ㄴ, ㄹ ⑤ ㄷ, ㄹ

24. 다음 자료에 대한 설명으로 옳은 것은? (단, A~C는 각각 요구불 예금, 주식, 채권 중 하나이며, A~C는 각 금융 상품의 일반적인 특징을 가짐.) [2점]

> 표는 갑이 1,000만 원으로 구성한 금융 상품 포트폴리오이다. 단, 갑이 구성한 포트폴리오에서 배당 수익을 기대할 수 있는 금융 상품의 비중이 가장 낮으며, 예금자 보호 제도의 적용을 받는 금융 상품의 비중이 가장 높다.

금융 상품	A	B	C
금액 (만 원)	200	300	500

① A는 만기가 있는 금융 상품이다.
② B는 주주로서의 지위를 부여하는 금융 상품이다.
③ A와 C는 모두 발행 주체가 빌린 돈을 갚기로 약속한 증서이다.
④ 이자 수익을 기대할 수 있는 금융 상품의 총액은 300만 원이다.
⑤ 시세 차익을 기대할 수 있는 금융 상품의 총액은 500만 원이다.

25. 다음 자료에 대한 분석 및 추론으로 옳은 것은? [2.5점]

그림은 X재와 Y재만을 생산하는 갑국과 을국의 생산 가능 곡선을 나타낸다. 양국은 생산 가능 곡선상에서 비교 우위가 있는 재화만을 생산하여 양국 모두 이익이 발생하는 교환 비율에 따라 교역한다. 단, 양국이 보유한 생산 요소의 양은 같고, 교역은 거래 비용 없이 양국 간에만 이루어지며 생산된 재화는 전량 소비된다.

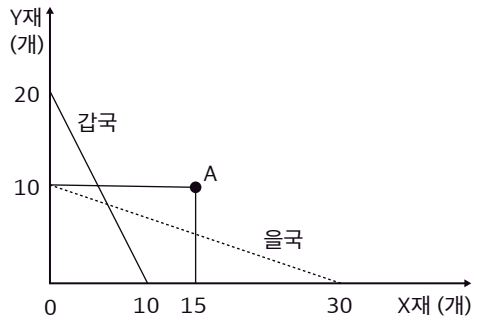

① 갑국은 X재 생산에 절대 우위를 갖는다.
② 을국은 X재 12개와 Y재 7개를 동시에 생산할 수 있다.
③ Y재 1개를 생산하는 데 필요한 생산 요소의 양은 갑국이 을국의 3배이다.
④ X재와 Y재의 교환 비율이 1 : 1이면 을국은 교역에 참여하지 않는다.
⑤ 교역 후 양국이 모두 A점에서 소비한다면 X재와 Y재의 교환 비율은 3 : 2이다.

사회탐구 영역(통합사회)

2026년 고2 민성원 기출 초이스 모의고사 V1

문항 번호	정답	배점	문항 번호	정답	배점
1	②	1.5점	14	④	2점
2	⑤	1.5점	15	③	1.5점
3	④	2점	16	③	1.5점
4	③	2점	17	①	2점
5	②	2.5점	18	①	2점
6	④	1.5점	19	⑤	2.5점
7	①	2.5점	20	⑤	2.5점
8	③	1.5점	21	③	2.5점
9	⑤	2점	22	①	2점
10	②	1.5점	23	⑤	2.5점
11	④	1.5점	24	④	2점
12	②	2.5점	25	③	2.5점
13	②	2점			